# 中学生标准学术能力诊断性测试 2023 年 11 月测试

## 文科综合试卷

扫码查成绩

**本试卷共 300 分，考试时间 150 分钟。**

**一、选择题：本题共 35 小题，每小题 4 分，共 140 分。在每小题给出的四个选项中，只有一项是符合题目要求的。**

北京时间 2023 年 8 月 2 日 1 时 50 分，我国第 10 个站位的海洋光学调查在“雪龙 2”号极地科考破冰船舯甲板完成，这是自然资源部组织的中国第 13 次北冰洋科学考察首个全部完成的作业项目。研究表明，楚科奇海的海面温度在近二三十年有明显上升趋势，这与海洋吸收了更多的太阳短波辐射能有着密切关系。图 1 为楚科奇海及周边位置图。据此，完成 1~2 题。

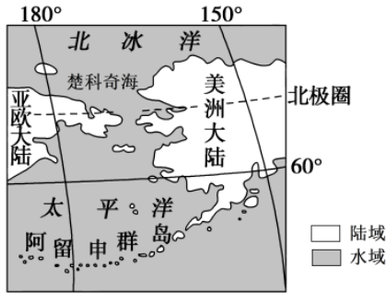


图 1

1. 当我国第 13 次科考作业完成时，全球与北京处于同一天的比例约为
   A．1/2　　B．1/3　　C．1/4　　D．3/4
2. 楚科奇海海面温度上升，带来的影响有
   A．白令海峡东西宽度缩小　　B．阿留申群岛与亚欧大陆间距离缩短
   C．海洋生物多样性急剧减少　　D．海冰融化量增加

图 2 为我国局部年太阳总辐射量图。据此，完成 3~5 题。

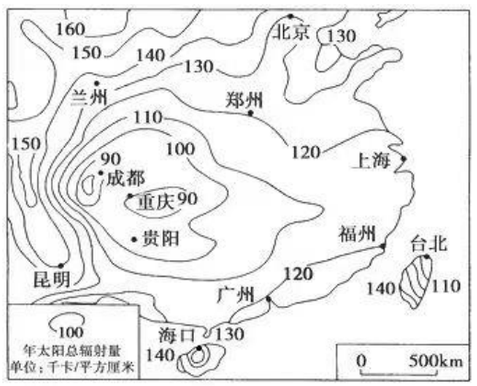


图 2

3. 图中年太阳辐射的最大差值可能为
   A．90　　B．95　　C．60　　D．80
4. 造成台湾东西两侧太阳辐射量差异的可能原因是
   ①纬度位置　　②地形　　③盛行风向　　④气候类型
   A．①②　　B．①③　　C．②③　　D．③④
5. 贵阳素有“天无三日晴”之称，造成其多雨的因素有
   ①夏季西南暖湿气流　　②昆明准静止锋
   ③华南准静止锋　　④台风
   A．①②　　B．①③　　C．②③　　D．③④

2020 年 10 月 27 日，山西省属煤企阳煤集团整体更名后的华阳新材料科技集团正式揭牌。根据规划，华阳新材料科技集团有限公司将聚焦新材料，开启专攻新材料产业的新阶段，也标志着华阳转型迈上新台阶。据此，完成 6~8 题。

6. 下列关于山西各传统煤企积极转型的原因，说法正确的是
   A．放弃发展煤炭产业，减少污染物排放　　B．加快转型升级，大力发展第一产业
   C．节能减排，助力碳达峰早日实现　　D．煤炭资源的国内外需求急剧减少
7. 目前，山西省发展新材料转型的道路上，面临的困难有
   A．技术力量不足　　B．发展空间有限
   C．高素质劳动力较多　　D．环境压力更大
8. 下列关于山西转型发展的举措，更合理的是
   A．全面发展高新技术产业，助力经济发展
   B．推进农业现代化，实现农业兴省
   C．优化产业结构，实现产业结构协调发展
   D．继续以煤炭驱动经济发展

百岁兰是一种生长在沙漠地区的植物，长得十分奇特，茎杆高 4 米，地面上只有 20 厘米左右，有两片从茎顶生出并左右分开的叶子，匍匐于地上，叶宽 30 厘米，长 3 米左右，最长能有 6~7 米（图 3）。它主要分布在安哥拉与纳米布沙漠（图 4）。经过碳 14 测年，推测其平均寿命可达数百年，其中一部分甚至可到 2000 年，故得此名。据此，完成 9~11 题。

图 3

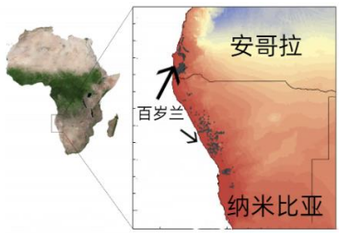


图 4

9. 与其他沙漠植物的针状叶子相比，百岁兰叶片宽大的原因是
   A．根系发达，可获取地下水源　　B．靠近沿海，拥有露水补给
   C．纬度高，蒸发量小　　D．暖流流经，增温增湿
10. 在百岁兰“长寿的一生中”，叶片所起的作用是
   ①减少蒸发　　②减轻侵蚀　　③获取养分　　④塑造形态
   A．①②　　B．②③　　C．③④　　D．②④
11. 推测百岁兰叶片所具有的特点是

①叶片较厚，为革质　　②表面有气孔构造
③表皮密闭，密封性好　　④叶片较薄
A．①②　　B．①③　　C．②④　　D．③④

12．中国式现代化是植根于中华优秀传统文化土壤上的现代化，中华优秀传统文化注重以人为本、以和为贵，讲仁爱、重民本、守诚信、崇正义、尚和合、求大同。这些思想体现着人文主义底蕴，蕴含着和平的文化内涵。这表明中国式现代化
①深蕴崇尚和平基因，坚持走和平发展道路
②是世界和平力量的增长，是国际正义力量的壮大
③是一团和气，体现的是一种承认、尊重、圆融
④要充分展现全人类普世价值，让世界了解中国
A．①②　　B．①④　　C．②③　　D．③④

13．恩格斯说过，“马克思的整个世界观不是教义，而是方法。它提供的不是现成的教条，而是进一步研究的出发点和供这种研究使用的方法”“马克思的世界观远在德国和欧洲境界以外，在世界的一切文明语言中都找到了拥护者”。这表明马克思主义
①必须随着时代和实践的变化而不断的丰富和发展
②只要本土化就能落地生根，只要时代化就能充满生机
③同中国具体实际相结合的关键是正确认识中国国情
④是中国人在精神上由主动转入被动的思想精髓
A．①②　　B．①③　　C．②④　　D．③④

14．2023 年 7 月，《中共中央国务院关于促进民营经济发展壮大的意见》正式发布。《意见》聚焦持续优化民营经济发展环境、加大对民营经济政策支持力度、强化民营经济发展法治保障、着力推动民营经济实现高质量发展、促进民营经济人士健康成长、持续营造关心促进民营经济发展壮大社会氛围 7 个方面，推出 31 条重大政策举措。该意见的出台
①是基于民营经济是推进中国式现代化的生力军
②是因为民营经济是推动我国经济发展的决定力量
③有利于坚持对各类所有制企业一视同仁、平等对待
④有利于引导民营企业以承担社会责任为经营目标
A．①③　　B．①④　　C．②③　　D．②④

15．2023 年 7 月国务院举行新闻发布会指出，人民银行坚持稳中求进工作总基调，稳健货币政策精准有力，加大逆周期调节力度，金融对经济的支持持续加强，推动经济运行整体好转。下列能体现出金融对经济支持传导路径的有
①人民银行降准→释放长期流动性→增强信贷总量增长→切实服务实体经济
②实行减税降费政策→减轻企业负担→降低企业经营风险→释放企业发展活力
③持续优化信贷结构→聚焦重点、有进有退→支持重点领域和薄弱环节→国民经济优化
④采取措施管理预期→人民币汇率单向降低→结售汇行为理性有序→扩大出口
A．①③　　B．①④　　C．②③　　D．②④

16．中共中央政治局常务委员会 2023 年 8 月 17 日召开会议，研究部署防汛抗洪救灾和灾后恢复重建工作。会议要求慎终如始抗击灾情，各级党委政府履职尽责，团结带领群众，共同构筑起防汛救灾、重建家园的坚固防线。上述材料体现了
①基层党组织民主监督参政议政，凝聚起抗洪救灾的强大力量
②中国共产党坚持群众路线开展抗洪救灾，依靠群众抗洪救灾
③政府在抗洪救灾中切实履行职能，提升综合治理能力和治理水平



④各级政府全心全意抗洪救灾，最终目的是打造人民满意的政府
A．①③　　B．①④　　C．②③　　D．②④

17．2023 年 8 月，十四届全国人大常委会第五次会议第三次审议了行政复议法修订草案。充分听取常委委员、单位、地方、专家和社会公众建议，就进一步加强行政复议履职保障，扩大行政复议范围，增加行政复议申请便民举措等方面对行政复议法进行审议修改。行政复议法的修改过程体现了
①发挥人大立法主体作用，顺应时代要求完善立法
②坚持科学民主依法立法，提高立法的质量和水平
③立法实践贯彻民主理念，保障社会各界的表决权
④健全立法沟通联系机制，方便人民群众政治协商
A．①②　　B．①③　　C．②④　　D．③④

18．据媒体报道，截至 2023 年 8 月 29 日 20 时，中国电影暑期（6 月 1 日至 8 月 31 日）已经创造了 204.08 亿票房，不仅对过去三年实现量级超越，而且刷新了中国影史纪录，比疫情前 2019 年的暑期档总票房还要高出 26 亿。2023 年暑期电影票房高涨，从电影创作的视角看，主要原因有
①可营销性强，在短视频社交平台宣传发行取得良好效果
②观影热情高，文化市场的巨大潜力为票房奠定了基础
③题材多样，积极从火热的现实社会中深入挖掘题材
④质量上乘，注重从中华优秀传统文化中汲取创作滋养
A．①②　　B．①④　　C．②③　　D．③④

19．中国经济是一片大海，从来都在经历风雨中发展壮大。从发展趋势看，我国经济韧性强、潜力大、活力足，长期向好的基本面没有改变。只要我们在以习近平同志为核心的党中央坚强领导下，坚定信心、保持定力、奋发作为，中国经济一定能战胜风险挑战，再上新台阶。研判中国经济大势
①要看到经济前景主要是由主要矛盾决定的
②要认清经济发展大势主导于矛盾的主要方面
③要坚信中国经济的发展趋势是勇往直前的
④要认真对待经济前进道路上的困难和挫折
A．①③　　B．①④　　C．②③　　D．②④

20．近年来，人工智能技术在医疗、教育、交通等多个领域得到了广泛应用。这些技术的突破和应用，不仅提高了各行各业的效率和准确性，也为人们的生活带来了更多的便利和改善。这从一个侧面证明人工智能
①具有超越人的自觉选择性和主动创造性
②具有创新性思维和情感等高级意识
③发展目的在于为人类创造更美好的生活
④通过创新劳动方式促进了人类实践发展
A．①②　　B．①③　　C．②④　　D．③④

21．2023 年 8 月 24 日，金砖国家领导人第十五次会晤特别记者会宣布，从 2024 年 1 月 1 日起，亚非拉三大洲的 6 个发展中国家将成为金砖国家正式成员。这次历史性扩员后，金砖国家人口占世界比重从 42%升至 47%，经济总量从 26%升至 29%，货物贸易总额从 18%上升至 21%，成为金砖合作的新起点。金砖国家扩员
①体现了金砖国家同发展中国家团结合作的决心
②符合新兴市场国家和发达国家共同利益

③将进一步壮大世界和平与发展的力量
④表明金砖国家已有改变世界版图的主导能力
A．①③　　B．①④　　C．②③　　D．②④

22．一天夜里，张某看到两男一女发生争执，其中一名男子将女子的电动车踹倒，并打了女子一巴掌。打人男子与被打女子是一对夫妻，女子见丈夫夜深未归，骑电动车出来劝其早点回家，过程中两人发生了争执。张某劝架过程中，与男子发生口角和肢体冲突，男子手表和眼镜摔落到地上受损。该男子声称其共计损失约 9 万元，起诉至南京江宁开发区法院，要求张某赔偿经济损失。对此，下列说法正确的是
①对张某的劝架行为不应苛以过高的注意度要求
②张某与男子发生冲突导致眼镜受损应赔偿损失
③丈夫殴打妻子属于家庭矛盾纠纷张某不应干预
④法院判定张某不担责符合友善的基本道德规范
A．①③　　B．①④　　C．②③　　D．②④

23．中国式现代化蕴含的独特世界观、价值观、历史观、文明观、民主观、生态观等及其伟大实践，是对世界现代化理论和实践的重大创新。表 1 关于中国式现代化的表述与其包含的思维规则或思维方法对应正确的是

表 1

| | 表述 | 思维规则或方法 |
|---|---|---|
| ① | 中国式现代化既有各国现代化的共同特征，更有基于自己国情的中国特色 | 选言判断 |
| ② | 只有坚持中国特色社会主义道路，才能全面建成社会主义现代化强国 | 充分条件假言判断 |
| ③ | 实现中国式现代化，必须增强忧患意识，坚持底线思维，做到居安思危、未雨绸缪 | 矛盾分析法 |
| ④ | 建设成为社会主义现代化强国需要付出长期艰苦努力，既不好高骛远，也不因循守旧，保持历史耐心，坚持稳中求进 | 质量互变规律 |

A．①②　　B．①③　　C．②④　　D．③④

24．考古学家严文明教授把中华文明的起源称为“重瓣花朵”格局。中心位置在中原，好比花心。围绕中心的黄河流域和长江流域为主体的文化区，就好比内圈的花瓣。从东南顺时针数起有闽台、粤桂、滇、藏、新疆、内蒙古、东北等，这些文化区好比是外圈的花瓣（图 5）。这一理论反映出中华文明

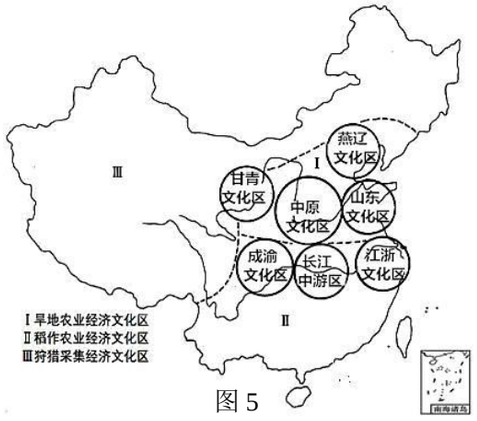

图 5

A．中原文化区的中心位置　　B．各个文明间的多元独立
C．发展呈现多元一体格局　　D．中国史前考古成就突出

25．魏晋时期，玄学融合儒道趋于兴盛，嵇康提出“越名教而任自然”，郭象认为封建伦理秩序是“天理自然”，应任其发展。陶渊明的“桃花源”之梦，就是一个“无君”的美丽家园。据此可知，当时
A．士人阶层主张崇实尚学　　B．儒学思想失去主流地位
C．战乱动荡导致思想匮乏　　D．集权弱化利于思想活跃

26．有人认为北魏孝文帝改革促进了民族融合，完成北魏封建化进程，是功在千秋的伟大改革；也有人认为孝文帝的改革直接导致北魏最终的灭亡，尤其是迁都洛阳，彻底摧毁了北魏的统治基础；还有人主张对孝文帝的汉化政策要辩证看待。这些认识说明
A．从不同评价中能发现历史真相　　B．研究者叙述历史的角度不同
C．历史评价缺乏一定的客观标准　　D．历史事实随史料丰富与否而变化

27．雍正四年，清政府发布上谕，对里甲制度作出详细规定。乡、保职役应为“士民举诚实识字及有身家者，报官点充，免其本身差役”。协助地方官承担征收赋役钱粮、办理地方司法事务、办理各种社会福利事务等地方公务。清代的里甲
A．强化了对基层社会的控制　　B．消除了地方治理的束缚
C．体现了地方自治的独立性　　D．巩固了小农经济的地位

28．鸦片战争后，社会上涌现出大量批评汉学和宋学的言论。例如：沈垚认为汉学家们“考证于不必考之地”，使得“学术衰而人才坏”；龚自珍也曾指责宋学家“坐谈性命，其语唁唁……何施于家邦”。许多知识分子以所学投入实际的社会活动中。这体现了当时
A．经世致用的治学风气　　B．儒学思想的无可救药
C．民族危机的大大加深　　D．西学东渐的深远影响

29．1891 年湖南长沙出版的通俗画报有一副插图《释道治鬼图》（图 6）。三头猪从左至右写有“叫徒”“耶稣”“叫司”的字样，左右对联内容为：“道人和尚纵无妻，亦有俗家，怕寺观分消绿帽。太上释迦谁所祖，合除洋鬼，免妖魔毁灭金身。”插图反映了当时

图 6

A．民族危机加深　　B．阶级矛盾尖锐
C．反清斗争高涨　　D．三教合一趋势

30．毛泽东给党中央的一封信中提到：“在四围白色政权的包围中间，产生一小块或若干小块的红色政权区域，在世界上只有中国有这种事。分析它发生的原因之一，在于中国有买办豪绅阶级间的不断的分裂和战争。”毛泽东意在强调
A．军阀割据的必然性　　B．工农武装割据的可行性
C．红军长征的迫切性　　D．南京国民政府黑暗统治

31．1956 年，新中国制定了《1956~1967 年全国科学技术发展远景规划》，专题研究部署科技发展问题，拟定了多项当时发展急需的重大科技任务。至“文革”前，初步形成了由中科院、高校、产业部门、地方科研单位和国防部门五方面组成的科学技术体系。新中国科研体系的形成

A．揭开了科技体制改革的序幕　　B．响应了“科教兴国”的战略

C．彰显了举国体制的使命担当　　D．实现了高新技术的全面突破

32．13 世纪法国国王路易九世统治时期规定“国王四十日”，即：在国王领地内禁止封建主之间的私人战争；领主发生争端后冲突双方在四十日内不准开战，受到挑战的一方可向国王申诉。国王根据情况进行仲裁。这一规定的出台

A．是民族国家发展的结果　　B．体现市民阶层力量壮大

C．表明封君封臣制度瓦解　　D．有利于封建王权的加强

33．19 世纪七八十年代，马克思、恩格斯及其追随者 J.狄慈根、W.李卜克内西、A.倍倍尔、F.梅林、C.肖莱马以及 K.考茨基等，坚决批判资产阶级和小资产阶级反动哲学流派，有力地捍卫了马克思主义哲学，在法国 J.盖得和 P.拉法格等人以社会主义报纸《平等报》为阵地传播马克思主义哲学。这一时期对马克思主义的宣传有利于

A．欧洲早期工人运动出现　　B．社会主义政权建设

C．动员民众参与暴力革命　　D．凝聚工人阶级力量

34．19 世纪末，美国有识之士自发开展黑幕揭发运动，披露社会存在的问题，以唤醒公众。同时还主动发起了社区改革运动致力于改善贫民窟的生活条件，提倡进行市政体制改革，提高政府办事效率。这些运动使美国社会问题得到一定改善。据此可知美国

A．摒弃了自由放任的政策　　B．社会经济结构得到调整

C．完全确立社会福利制度　　D．适应了社会转型的需要

35．2023 年 8 月 24 日，日本政府正式启动福岛核污染水排海，引起世界多国关注。奇怪的是西方媒体却对此报道较少，这与 1986 年前苏联切尔诺贝利核电站核泄漏时受到西方媒体的猛烈抨击形成鲜明对比。这反映出

A．核能无法被人类合理利用　　B．意识形态影响舆论方向

C．两次核泄漏危害程度不同　　D．世界各国环保意识淡漠

**二、非选择题：共 160 分。**

36．阅读材料，完成下列要求。（20 分）

**材料一：**2023 年 7 月 29 日 8 时，台风“杜苏芮”在安徽省安庆市宿松县境内减弱为热带低压，其风力进一步减弱，已很难确定其环流中心。图 7 为 7 月 29 日 08 时~8 月 2 日 08 时降雨量预报。

**材料二：**2023 年 7 月 29 日夜间至 8 月 1 日，受台风“杜苏芮”登陆后低压倒槽影响，张家口市出现全市范围的强降水，并伴有短时大风等强对流天气。本次过程影响时间较长，累积雨量大，伴有恶劣天气，致灾风险高，具有一定的极端性，防汛和气象灾害防御形势十分严峻。

（1）分析台风“杜苏芮”势力虽已减弱，但导致京津冀地区出现极端强降雨的原因。（6 分）

（2）说明台风“杜苏芮”登陆后势力逐渐减弱的原因。（6 分）

（3）列举京津冀地区为防范台风影响可采取的措施。（8 分）



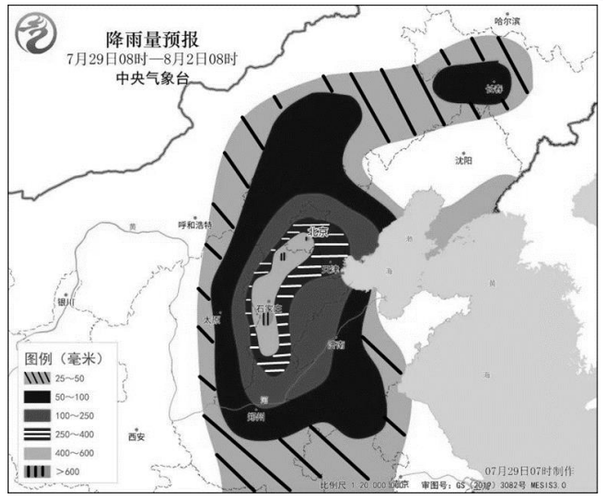


图 7

图 8

37．阅读材料，完成下列要求。（36 分）

**材料一：**希腊（图 9）位于欧洲巴尔干半岛最南端，四分之三为山地，沿海有低地平原。总面积 131957 平方千米，截至 2022 年 9 月，总人口 1043.2 万人。作为经济基础较为薄弱的国家，农业在经济中仍占有重要地位，但粮食不能自给。种植业占农业总产值的 2/3，畜牧业占 1/3。农业以中小农场为主要生产单位，平均每个农场的土地面积仅 3.5 公顷。

**材料二：**圣托里尼（36.40°N，25.40°E）位于希腊大陆东南 200 公里的爱琴海上。卡玛里海滩是其著名景点，为长方形黑色沙滩（图 10）。圣托里尼岛独特的火山地质造就了卡玛里独特的黑色沙滩。它的海滩上不是沙子，而是一块块黑色的小卵圆石。阿斯提可是圣托里尼岛最好的白葡萄品种，也是地中海最好的白葡萄品种之一，口感清爽，带有矿物风味和海盐的余味。

**材料三：**近些年来，由于经济发展差距、战乱等原因，大量难民采用各种方式进入欧洲，很多非洲居民也拥有一个“欧洲梦”。

图 9

图 10

（1）简析希腊粮食无法自给的原因。（10 分）

（2）分析卡玛里海滩的形成过程。（8 分）

（3）说明阿斯提可成为优质且独特葡萄品种的原因。（8 分）

（4）请问是否赞同希腊接纳非洲难民，并简述理由。（10 分）

38．阅读材料，完成下列要求。（12 分）

为有效破解基层社会治理难题，云南昆明官渡区开展“一核五委”社区治理试点建设工作。“一核五委”即以社区党委为领导核心，依托社区居委会，建立物业服务委员会、诉源治理委员会、公共服务委员会、合作互助委员会，构建共建共治共享的社区治理新格局。党建引领“把方向”，居委指导“不可少”，物业服务“搭桥梁”，诉源治理“解民忧”，公共服务“强保障”，发动社区、社会工作者、社区社会组织、社区志愿者、社区公益慈善资源“五驾马车”，推动居民“自治+共治”，充分激发基层治理活力。

结合材料，运用《政治与法治》的相关知识，阐释官渡区“一核五委”社区治理建设工作是如何激发基层治理活力的。



39．阅读材料，完成下列要求。（10 分）

10 年来，构建人类命运共同体从理念转化为行动、从愿景转变为现实，开辟了建设更加美好世界的光明前景，成为引领时代潮流和人类前进方向的鲜明旗帜。

“全力构建面向新时代的中阿命运共同体”“推动构建更加紧密的中非命运共同体”“共同开启高质量、高水平、高标准的中東命运共同体建设新时代”“双方就共建中马命运共同体达成共识”……梳理 2023 年以来的中国元首外交活动，在习近平主席同外国领导人的交谈交往中，在中国与各国各地区关系的蓝图擘画里，“命运共同体”频频成为关键词，围绕它形成的共识越来越广泛、产生的共鸣越来越强烈。在世界深受各种挑战困扰之时，中国贡献的系统性方案，顺应了各国人民对和平发展、公平正义、合作共赢的渴望与期盼，反映了新时代中国对完善全球治理的新思考，成为新形势下推动构建人类命运共同体的重要依托。

结合材料，运用《当代国际政治与经济》的相关知识，说明中国如何更好成为推动构建人类命运共同体的重要依托。

40．阅读材料，完成下列要求。（20 分）

**材料一：**2003 年，浙江省启动“千村示范、万村整治”工程，从全省选择 1 万个左右的行政村进行全面整治，把其中 1000 个左右的中心村建成全面小康示范村。“千万工程”作为一项复杂的系统工程，浙江省进行了前瞻性思考、全局性谋划和整体性推进，取得了显著成效。20 年来，“千万工程”得以不断推进，从“千村示范、万村整治”引领进步，到“千村精品、万村美丽”深化提升，再到“千村未来、万村共富”迭代升级。“千万工程”蕴含着丰富的系统观念。面向未来，浙江将继续深刻把握“千万工程”所蕴含的系统思维，汲取多方经验，聚焦总体目标，与时俱进、创新举措，制定针对性解决方案，继续丰富“千万工程”内涵，拓展“千万工程”建设领域，为美丽乡村建设、中国高质量发展不断交上新的“浙江答卷”。

**材料二：**“八八战略”（2003 年，时任浙江省委书记的习近平作出了“发挥八个方面的优势”“推进八个方面的举措”的决策部署，简称“八八战略”）为浙江发展留下了长远性、全局性的擘画，开启了创新、协调、绿色、开放、共享发展的新境界。从科学社会主义在中国大地生动实践的历史维度看，“八八战略”前瞻性地囊括了“五位一体”总体布局的各方面内容，为新时代中国特色社会主义提供了浙江实践、浙江经验、浙江样本。“八八战略”立足浙江，以马克思主义方法论观照浙江现实，其逻辑和思路继续呈现在当前的区域协调发展战略、长江经济带建设、“一带一路”倡议中，从体制机制创新到全面深化改革、全面依法治国，其精神与“四个全面”战略布局是契合的。

（1）浙江“千万工程”作为一项复杂的系统工程取得了显著成效。结合材料，运用系统优化的方法加以说明。（10 分）

（2）运用《逻辑与思维》中科学思维方法的知识，并结合材料，谈谈“八八战略”蕴含哪些科学思维方法？（选择任意三项作答，若超过三项，只对前 3 项评分。本题满分 10 分）

| 思维方法 | 具体表现 |
|---|---|
| 战略思维 | ① |
| 历史思维 | ② |
| 辩证思维 | ③ |
| 创新思维 | ④ |
| 法治思维 | ⑤ |

41．阅读材料，完成下列要求。（10 分）

广州某公司系一家从事印刷专用设备制造的公司。2017 年 8 月 15 日，广州某公司使用在职员工袁某登记的手机号码注册了案涉微信账号，并相继提供给曾供职员工许某以及在职经理张某使用。2017 年 11 月 22 日开始，案涉微信账号由该公司员工刘某使用并进行了实名认证，昵称为“广州某公司-刘某”。2021 年 5 月，刘某私自将案涉微信账号更名为“tt001xy”，并变更微信昵称为“刘某”。

广州某公司于 2021 年 10 月 12 日向刘某发出通知书，要求其停止使用案涉微信账号，解除该微信账号的实名认证，并配合公司将该微信账号重新绑定于指定的手机号码。刘某予以拒绝。广州某公司遂于 2021 年 10 月 20 日向其发出解除劳动合同通知书，认为刘某严重违反公司规章制度，通知与其解除劳动合同关系，并要求其返还工作手机电话卡以及工作微信账号。广州某公司认为刘某侵犯其对案涉微信账号享有的使用权益，遂起诉请求法院判令刘某返还微信账号“tt001xy”，立即停止使用该微信账号，解除该微信账号的实名认证，配合重新绑定到指定的手机号。

假如你是法院工作人员，请运用《法律与生活》的相关知识，谈谈刘某是否应该返还微信账号，并建议如何避免类似案件的发生。

42．随着世界经济一体化的不断发展和国际产业结构的调整，服务业发展水平的高低已经成为衡量一个现代化国家经济发展状况的重要指标，阅读材料，完成下列要求。（25 分）

**材料一：**

1870~2010 年美国经济的产业结构 单位：%

| 年份 / 产业结构 | 1870 | 1900 | 1950 | 1960 | 1970 | 1980 | 1990 | 2000 | 2010 |
|---|---|---|---|---|---|---|---|---|---|
| 农业 | 21 | 17 | 7 | 4 | 3 | 3 | 2 | 2 | 1 |
| 工业 | 21 | 26 | 38 | 38 | 35 | 33 | 28 | 25 | 20 |
| 服务业 | 58 | 57 | 55 | 58 | 62 | 64 | 70 | 73 | 79 |

数据来源：库兹涅茨，1999；麦迪森，2003；米切尔，2002；Word Bank，2015

——摘编自中国科学院中国现代化研究中心《服务业现代化理论分析》

**材料二：**据世界银行统计资料显示，服务业占的比例在发达国家和地区能够达到 70%以上，有的国家甚至达到了 90%，美国接近 80%。就世界服务业的平均发展水平而言也达到了 60%，发展中国家的平均发展水平达到 50%左右。进入 21 世纪，美、英、德、日、法等发达国家服务贸易出口总额一直处于世界领先地位，中国、印度、俄罗斯、巴西等发展中国家服务贸易迅猛发展，但与发达国家相比，仍然存在一定差距。在未来的一段时间内，世界服务贸易还会以较快速度保持增长，助力全球经济的发展。

——摘编自韩岳峰《美国服务贸易特征模式研究》

**材料三：**改革开放 40 年，我国服务业快速发展，取得了举世瞩目的成就。1978~2017 年，我国服务业增加值从 905 亿元增长到 427032 亿元，年均实际增长 10.5%，占 GDP 的比重从 24.6%上升至 51.6%；对国民经济增长的贡献率从 28.4%上升至 58.8%，成为国民经济第一大产业和经济增长的主动力。至 2017 年底，服务业已成为我国就业市场的主体，就业人员占全部就业人员的比重为 44.9%，高于第二产业 16.8 个百分点，服务业新增税收占全部新增税收收入的比重的 54.3%，是税收增长的重要来源。党的十八大以来的 5 年，服务业快速发展、加快转型，成长为经济发展的主动力、新引擎，谱写出中国经济发展的新篇章。

——摘编自国家统计局《服务业在改革开放中快速发展，擎起国民经济半壁江山》



（1）根据材料一并结合所学知识，指出美国服务业发展的一个关键时期，并分析其原因。（8 分）

（2）根据材料二并结合所学知识，概括当代全球服务业发展的现状。（8 分）

（3）根据材料并结合所学知识，从国家角度，谈一谈推动当代中国服务业可持续发展的举措。（9 分）

43．阅读材料，完成下列要求。（12 分）

上海史专家熊月之曾概括了本土想象对上海的看法：在经济层面，上海是“富人的天堂，穷人的地狱”；在殖民层面，上海是“外国人的天堂，中国人的地狱”；在道德层面，“上海既是罪恶的渊薮，同时也是文明的渊薮”。

——摘编自熊月之《历史上的上海形象散论》

根据上述材料，结合中国近代史，选择“本土想象”的某个层面或全部内容，提出自己的观点，并加以论述。（要求：观点具体明确，可以对现有观点进行论证，修改，质疑或提出新的观点；史论结合，论据充分，表达清晰）

44．阅读材料，完成下列要求。（15 分）

**材料：**中国古代的户籍制度是中国传统社会治理体系的重要组成部分，也是中国古代社会的主要社会治理方式。唐宋之际是我国户籍制度的重大转型期。受均田制和“按丁计征”的租庸调制的影响，唐前期政府对户籍制度的登记和管理较为严格，必须经过“貌阅”再制定“手实”，且造籍频繁。唐中叶后，随着商品经济的发展，人口流动的增强，严密的户籍制度出现松弛，两税法下以资产为户等的户籍制度功能加强。唐朝已出现了最早的城乡户籍区分，但是并没有为坊郭户单独设立户籍，宋代正式将坊郭户纳入了法律体系之中，根据居民有无不动产，划分主户与客户，再以家庭财产之多寡，将主户划为不同户等。宋代的坊郭户包括官吏、大商人、地主、大手工业者、小商贩、小手工业者、人力和女使之类，大致依据财产来区分，上下共有十个等级，而乡村户则根据土地多寡分为五等。唐宋时期的户籍制度改革适应了社会转型的需要，对后世户籍制度的发展产生了深远的影响。

——摘编自曹端波《唐宋户籍制度的变革与社会转型》

（1）根据材料并结合所学知识，指出唐宋时期户籍制度的变化，并分析其原因。（8 分）

（2）根据材料并结合所学知识，分析唐宋时期户籍制度变化带来的积极影响。（7 分）