标准学术能力诊断性测试 2024 年 10 月测试

地理试卷

本试卷共 100 分

一、选择题：本题共 16 小题，每小题 3 分，共 48 分。在每小题给出的四个选项中，只有一项是符合题目要求的。

北京时间 2024 年 7 月 25 日 19 时 50 分前后，今年第 3 号台风“格美”的中心在福建省沿海登陆。25 日 18 时，中央气象台继续发布台风红色预警，气象、水利、自然资源、住房城乡建设等部门积极部署重点地区防汛防台风工作。下图为“格美”在部分时间段预报图。据此，完成下面小题。

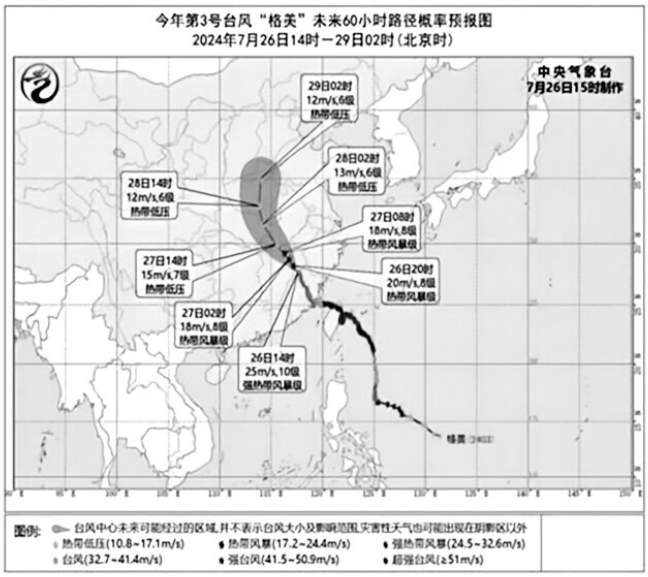

1. 我国台风发生频次增加，与下列现象具有相关性的是（　）

A. 秘鲁渔场渔业损失严重　　B. 澳大利亚东岸山火频发

C. 东南信风势力增强　　D. 沃克环流减弱

2. 下列因素中，造成此次台风消亡的是（　）

①地表摩擦力②下垫面水汽含量③城市热岛效应④高原季风

A. ①②　　B. ①④　　C. ②③　　D. ③④

3. 下列防汛减灾过程中的措施，不合理的是（　）

A. 选择空旷处避险　　B. 加强灾害预警

C. 防灾宣传教育　　D. 加固棚架、广告牌等

近日，“极危”物种——南高黎贡黄连在云南德宏被发现。高黎贡山属中国青藏高原南部，垂直高差达 4000 米以上。高黎贡山山脉跨越五个纬度带，是地球上迄今唯一保存有大片由热带森林到温带森林过渡的地区，被称为“世界自然博物馆”和“世界物种基因库”。下图为高黎贡山土壤垂直分异示意图。据此，完成

下面小题。

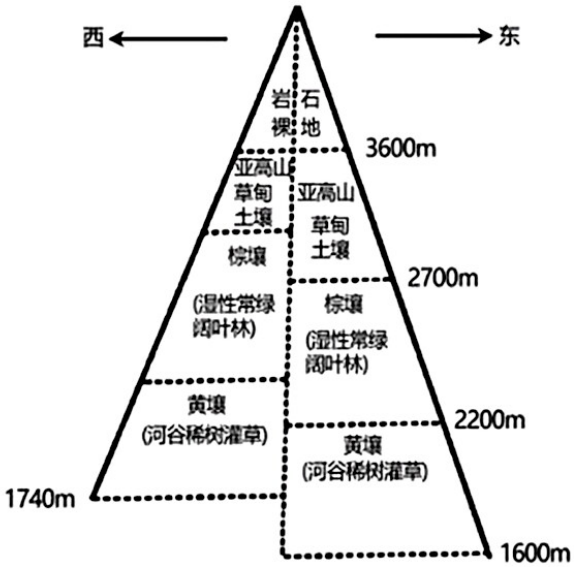

4. 发现南高黎贡黄连的意义有（　）

①丰富生物多样性②改变气候状况③带动相关产业发展④具有科研价值

A. ①②　　B. ②③　　C. ③④　　D. ①④

5. 致使高黎贡山土壤分异的主要原因是（　）

①气候条件差异②坡向差异③成土母质不同④地表径流差异

A. ①②　　B. ①③　　C. ②④　　D. ③④

6. 高黎贡山成为“世界自然博物馆”和“世界物种基因库”的原因有（　）

①纬度较低②垂直高差较大③人类活动较多④当地生态保护意识强

A. ①②　　B. ①③　　C. ②③　　D. ②④

黄岩岛隶属于我国海南省三沙市（2012 年设市），是一个略呈等腰三角形的大环礁。2024 年，经生态环境部调研，黄岩岛海域不仅生态环境状况好，而且继续呈现出向好发展的态势。本次调查显示，黄岩岛的活珊瑚平均覆盖度为 28.6%，作为健康发育的珊瑚礁生态系统，为各种海洋生物提供了重要的栖息和繁衍场所。下图为黄岩岛的位置及轮廓图。据此，完成下面小题。

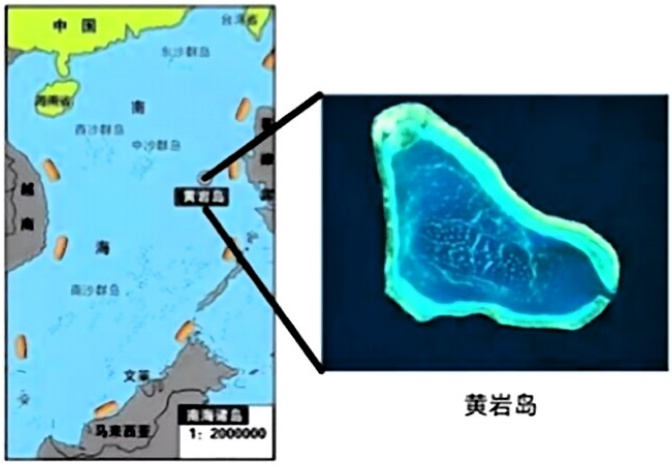

黄岩岛

7. 我国黄岩岛在未来建设中，面临的主要困难是（　）

A. 泥石流多发　　B. 风浪较小　　C. 梅雨期长　　D. 高温酷暑

8. 三沙市设市对我国国家国土安全的意义是（　）

A. 进一步巩固我国领土和主权完整　　B. 拥有取之不尽的渔业资源

C. 便于海洋旅游资源开发和利用　　D. 增加矿产资源储备

9. 下列岛屿中，与黄岩岛成因一致的是（　）

A. 崇明岛　　B. 冰岛　　C. 大堡礁　　D. 海南岛

宁夏回族自治区建设数据中心产业集群优势明显。利用“东数西算”这一难得的历史机遇，围绕数据中心，向上下游延伸产业链，着力建设“一个集群”“三大基地”“五数体系”和“七项工程”，带动引领全区数字产业集群发展、集约发展、集聚发展。下图为我国“东数西算”算力枢纽布局图。据此，完成下面小题。

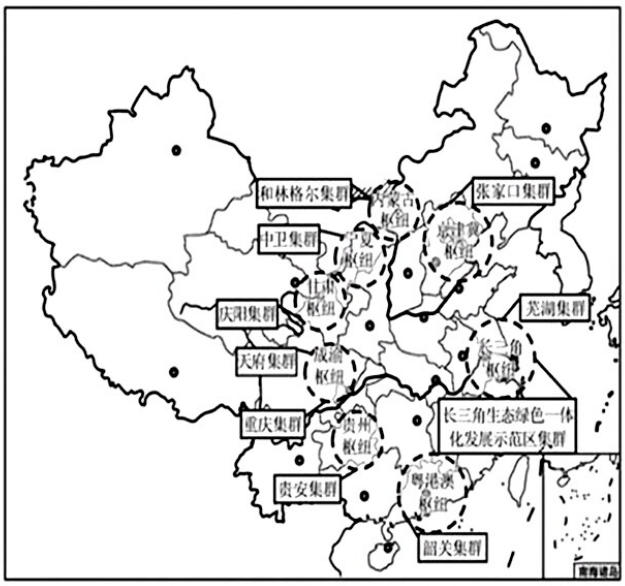

10. 我国部署“东数西算”战略的原因是（　）

A. 发挥西部地区人才优势　　B. 推动东部地区产业同步发展

C 利用西部电力资源优势　　D. 完善东部地区基础设施

11. 与西南地区算力枢纽相比，宁夏回族自治区的优势为（　）

A. 拥有充足的水电资源　　B. 气候条件优越，无需除湿

C. 资金充足，利于建设　　D. 土地面积广，发展空间大

12. 下列措施中，可实现宁夏回族自治区进一步可持续发展的是（　）

A. 利用油气资源，建立国家级能源基地　　B. 依托旅游资源，发展第三产业

C. 保护生态环境，重点发展第一产业　　D. 借助兰新高铁，加强与东部地区联系

山西省晋城市阳城县凤城镇有一座纸文化记忆馆。历史上，当地主要生产棉纸、土纸、黄裱纸，以黄裱纸、白棉纸为佳。2009 年 6 月，阳城棉纸制作技艺被列入第二批省级非物质文化遗产保护名录。阳城棉纸主要制作过程有 72 道工序，且关键步骤难以用现代技术替代，有着独特的历史价值和文化价值。据此，完成下面小题。

13. 阳城棉纸制作技艺被列入非物质文化遗产保护名录的主要原因是（　）

A. 实用性强　　B. 种类多样　　C. 款式新颖　　D. 价值独特

14. 棉纸制作技艺在传承过程面临的主要困难是（　）

A. 工序复杂　　B. 附加值较低　　C. 新技术冲击　　D. 知名度高

巴丹吉林沙漠位于中国内蒙古自治区阿拉善盟，以奇峰、鸣沙、湖泊、神泉、古庙“五绝”著称，被誉为“中国最美沙漠”。神奇的是，在年降水量不足 40 毫米的巴丹吉林沙漠，竟有 100 多个湖泊。下图为阿拉善沙漠局部图地形图。据此，完成下面小题。

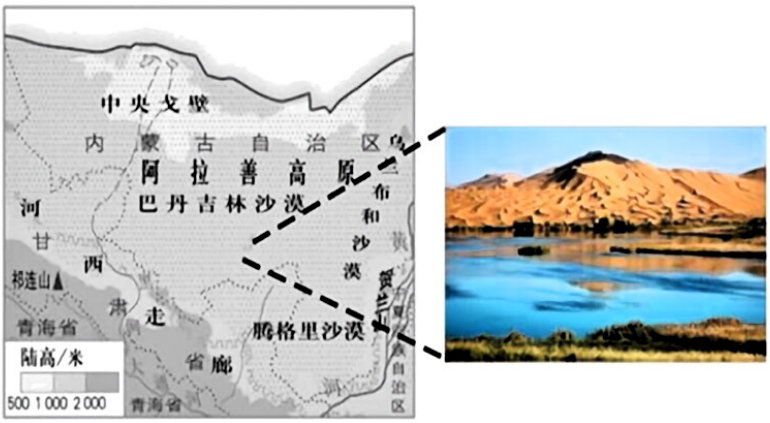

15. 当地湖泊的水源补给主要是（　）

A. 大气降水　　B. 地下水　　C. 高山冰川融水　　D. 季节性积雪融水

16. 为进一步恢复当地生态环境，下列适合当地选种的植物的是（　）

A. 沙拐枣　　B. 马尾松　　C. 苔藓　　D. 银杏树

二、非选择题：本题共 3 小题，共 52 分。

17. 阅读图文资料，完成下列要求。

材料一：榴莲对生长环境要求较高，需要高温和充足的光照，最佳生长温度介于 25～30℃之间，10℃以下将停止生长。

材料二：碳足迹近年来成为环保领域“热词”，是指由企业机构、活动、产品或个人引起的温室气体排放的集合，通常用二氧化碳当量来表示。国产榴莲碳足迹测算结果显示，每生产 1 千克榴莲，大约排放 2 千克二氧化碳当量的温室气体。因而，当大家讨论“榴莲自由”时，我们应更多关注榴莲的碳减排。如今，海南省三亚等榴莲种植区已开始采用生物质炭土壤改良技术，建立绿色低碳种植示范基地。

（1）分析我国榴莲价格昂贵的原因。

（2）简述产生榴莲“碳排放”的环节。

（3）面对榴莲产生的大量碳排放，请为碳减排提出可行的措施。

（4）请为提高国产榴莲市场份额出谋划策。

18. 阅读图文资料，完成下列要求。

三江源地处青藏高原腹地、青海省南部，总面积 39.5 万平方公里，约占青海省总面积的一半以上，是长江、黄河、澜沧江三大河流的发源地，被誉为“中华水塔”。这里是高寒生态系统的典型代表，发育和保持着原始、大面积的高寒生态系统，是世界上海拔最高的高原湿地生态系统，同时也是极其珍贵的高寒生物种质资源库。此外，三江源也是很多迁徙鸟类的必经之地。有的鸟类把这里作为繁殖地，有的把这里当作重要的迁徙停歇地。

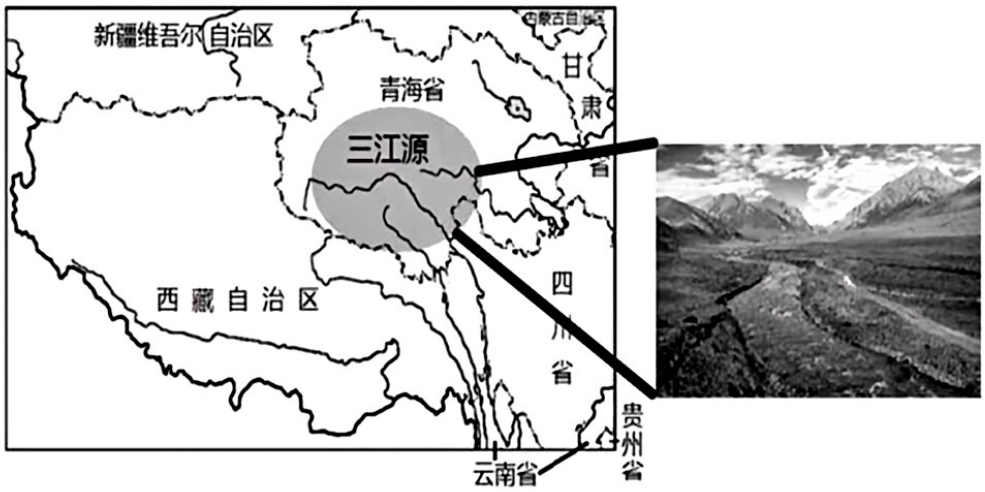

（1）分析三江源存在湿地的原因。

（2）说明三江源独特高寒物种丰富的条件。

（3）推测鸟类在该地繁殖的主要季节，并说明原因。

19. 阅读图文资料，完成下列要求。

云南省保山市（下图）硅石矿储量丰富优质。保山产业园区与下辖5个县（市、区）全力做好配套服务，共建“园中园”产业联动发展模式，旨在打破行政区域壁垒，使企业专注于生产和研发，推进了绿硅产业集聚发展。

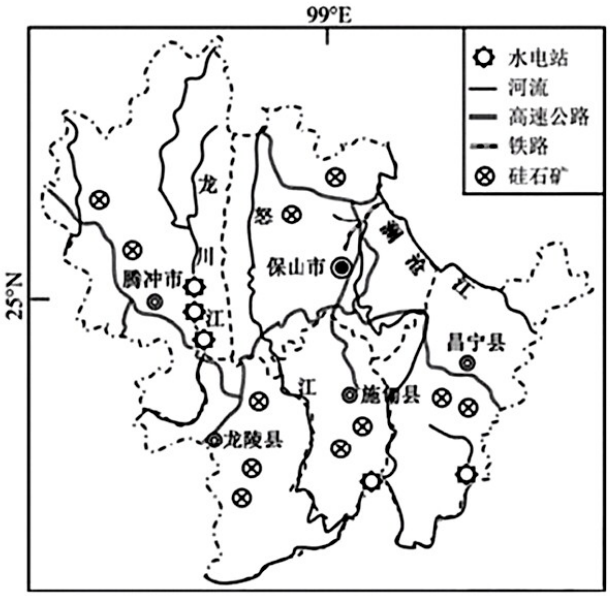

（1）指出保山市适合发展的非农产业类型，并分析其原因。

（2）试举例说出“园中园”模式长期发展过程中将面临的一些问题。

（3）依据保山市地理位置，判断其易遭受的地质灾害。