标准学术能力诊断性测试2025年2月测试

地理试卷

本试卷共100分

一、选择题：本题共16小题，每小题3分，共48分。在每小题给出的四个选项中，只有一项是符合题目要求的。

2024年6月25日下午，嫦娥六号返回器（图1）降落在内蒙古四子王旗阿木古郎草原。至此，嫦娥六号完成了世界首次月球背面采样返回的壮举，实现了月球逆行轨道设计与控制、月背智能采样、月背起飞上升等三大技术突破，这也是我国迄今为止开展的最复杂的深空探测任务。据此，完成1~2题。

图1

1．下列关于月背的相关描述，正确的是

A．月背遭受陨石撞击少

B．月背采样可扩大月背研究途径

C．月背受到的地球引力更大

D．月背受太阳活动影响较小，月壤更完整

2．月球车降落月背，可能会遇到的现象是

A．天空呈现黑色　　B．全天候低温环境

C．月表河流影响探测　　D．强风阻碍月球车前进

2024年12月3日上午10时58分，由中国东航最新引进的第九架C919（图2）执飞“上海虹桥—重庆”航班，搭载159名旅客顺利飞抵重庆江北国际机场。C919，是中国首款按照国际通行适航标准自行研制、具有自主知识产权的喷气式中程干线客机。据此，完成3~5题。

图2

3．C919飞机的成功研发、投产、使用，表明

A．我国在飞机制造领域已实现全面领先

B．加大科技投入，能提升多领域自主研发能力

C．全国各地都将高端制造业作为支柱产业

D．放弃引入国外技术，能降低技术革新难度

4．我国飞机制造业的发展将有利于

①带动相关产业发展，增加就业机会

②提升中西部城镇化水平

③提升国产飞机的市场份额

④改善煤炭运输方式

A．①②　　B．②③　　C．①③　　D．②④

5．C919飞机飞抵江北机场时

A．东京夜幕沉沉　　B．纽约繁星点点

C．悉尼朝阳初升　　D．伦敦烈日炎炎

2024年11月14日，一件出土自我国江西省的晚白垩纪恐龙标本被认定为新物种“兽纹华夏胄龙”。经复原显示，“兽纹华夏胄龙”体长超6米，是我国发现的体形较大的甲龙类化石，生活在距今8400万年至7200万年的晚白垩纪，以吃低矮的蕨类、种子、裸子植物的叶片为主。这种恐龙身体粗壮，四肢有力，体表布满密密麻麻的甲片，还有甲龙科恐龙标志性的尾锤。图3为兽纹华夏胄龙，图4为该地质时期的气温变化。据此，完成6~7题。

图3

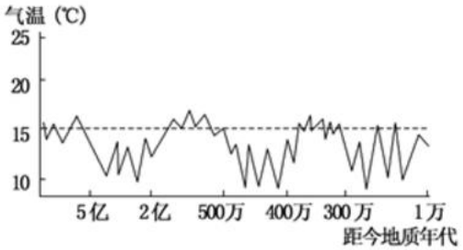

图4

6．下列关于兽纹华夏胄龙生活时期的相关描述，正确的是

A．被子植物繁盛时期

B．大熊猫的天敌较多

C．海平面相对较低

D．被称为爬行动物时代

7．兽纹华夏胄龙的发现有利于

A．丰富物种多样性

B．研究地球气候演化

C．弥补恐龙研究空缺

D．研究第四纪物种特点

“百年煤城”河南省焦作市是南水北调中线工程唯一穿城而过的城市。焦作人将穿过城市的这段干渠取名为“天河”（图 5），穿城河道两侧建成了 10 公里长的绿色廊道，被称为“天河公园”。据此，完成 8~10 题。

图 5

8. 南水北调工程明渠暗渠兼而有之，相较于明渠，采用暗渠的优点是
   A．造价较低　　B．损耗较少
   C．施工难度低　　D．线路布局更灵活
9. 南水北调工程沿线部分区域盐碱化问题显著，其原因解释正确的是
   A．沿途蒸发旺盛　　B．沿线降水较多
   C．工业用水量大　　D．地下水位较低
10. “天河”旁设置 10 公里绿色廊道的主要目的是
   A．防风固沙　　B．保证水质安全
   C．限制城市过度扩张　　D．减少水中枯落物

冰岛位于北大西洋和北冰洋的交汇处，被誉为“冰火之国”，地狭人稀，环境优美，是著名的旅游胜地。冰岛的能源工业十分发达，是世界上可再生能源比例最高的国家。图 6 为冰岛地形图，表 1 为雷克雅未克月平均降水量情况。据此，完成 11~13 题。

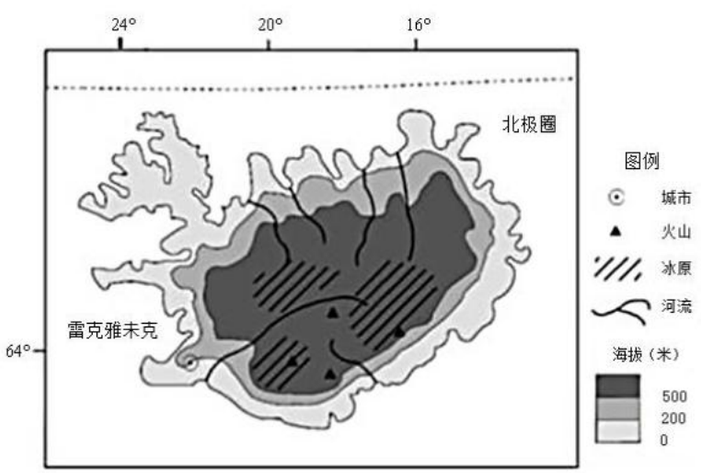

图 6

表 1

月份（月）	1	2	3	4	5	6	7	8	9	10	11	12
降水量（毫米）	75	71	82	58	44	50	67	60	93	86	73	76

11. 冰岛利用的可再生能源主要类型有
   A．地热能 太阳能　　B．地热能 风能
   C．太阳能 水能　　D．天然气 水能
12. 雷克雅未克年降水量较丰富的主要因素不包括
   A．盛行西风　　B．北大西洋暖流
   C．地形抬升作用　　D．盆地地形
13. 冰岛最具特色的旅游资源是
   A．冰川　　B．林海　　C．极光　　D．雪原

2024 年 12 月 14 日 16 时，黄河内蒙古河段出现本年度首次封河（冬季河道冻结，船舶不能通行），封河长度 1 千米，2024 年首封日期较常年（1971~2020 年均值为 12 月 3 日）晚 11 天。近年来，由于气候变化和人类活动，对黄河三角洲产生了一定影响。图 7 为 1950~2017 年山东省东营市利津水文站实测的黄河水沙通量。据此，完成 14~16 题。

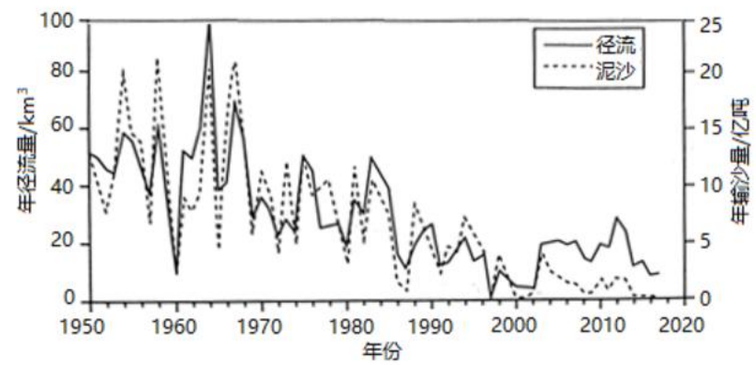

图 7

14. 2024 年，黄河首封日期延后的原因可能是
   A．全球气候变暖　　B．流域，植被覆盖率下降
   C．水库调蓄作用明显　　D．拉尼娜现象影响
15. 黄河进入封河期后，凌汛多发的原因可能有
   ①河道较窄　　②不同河段结冰期存在差异性
   ③汛期时河床淤积量大　　④凹岸堆积、凸岸侵蚀，河曲较多
   A．①②③　　B．①②④　　C．①③④　　D．②③④
16. 2004~2017 年间，黄河三角洲面积变化对区域环境的影响可能是
   A．入海口处海岸线外扩　　B．三角洲可利用土地面积增加
   C．沿海滩涂面积减小　　D．入海口处水深变浅

二、非选择题：本题共 3 大题，共 52 分。

17．阅读图文资料，完成下列要求。（14 分）

阿尔泰山区的喀纳斯河自喀纳斯湖流出后向东南方向流动，形成两坡不对称的宽谷，其中泰加林（泰加林属寒温带针叶林，以云杉和冷杉一类的针叶林为主，横贯亚欧大陆与北美大陆等高纬度地区，其北界标志着森林生长的极限）仅分布在右岸山坡，且谷底分布稀疏。左岸多大小混杂的颗粒物，称为冰川漂砾。冰川漂砾处没有现代冰川。图 8 示意喀纳斯河研究河段的横剖面。

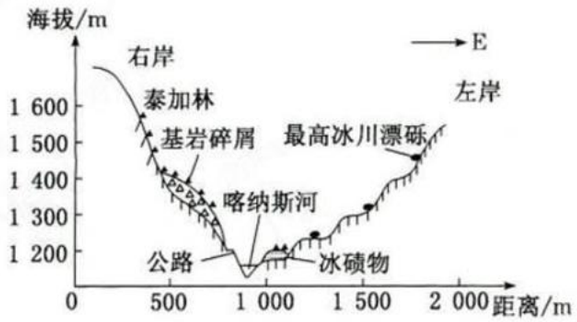

图 8

（1）试推测左岸冰川漂砾的来源并说明判断理由。（4 分）

（2）分析泰加林仅分布于右岸山坡的原因。（6 分）

（3）与冰川漂砾时期相比，目前该地泰加林分布范围有何变化？（4 分）

18．阅读图文资料，完成下列要求。（22 分）

安托法加斯塔港（图 9）位于莫雷诺湾畔，建于 1870 年，是智利北部最大城市和太平洋岸港口，东与玻利维亚和阿根廷毗邻。经济以矿业为主，铜产量占智利全国总产量的 50%以上。

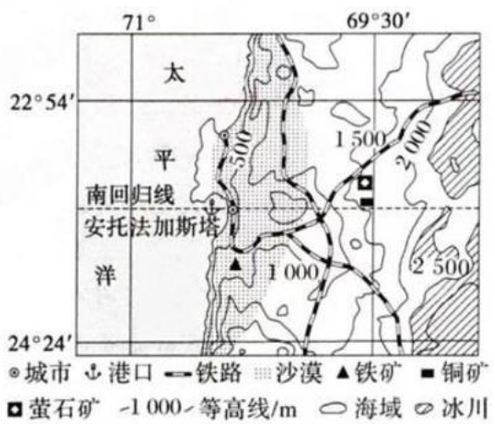

图 9

（1）分析安托法加斯塔港口发展的有利区位条件。（8 分）

（2）说明区域内沙漠面积广布的原因。（8 分）

（3）列举 3 个能促进当地经济进一步增长的产业类型。（6 分）

19．阅读图文资料，完成下列要求。（16 分）

钦州港片区是中国广西自由贸易试验区（图 10）中唯一临海、面积最大的片区，钦州既是西部陆海新通道关键节点，也是建设国际陆海贸易新通道门户港、发展向海经济产业集聚区、打造中国—东盟合作示范区的核心区域。孔雀湾位于中国（广西）自由贸易试验区钦州港片区金鼓江畔，自 20 世纪 80 年代中期起，无序养殖、挖砂采石及湾区工业快速发展等，严重使孔雀湾区域红树林的生长及周边海洋生态环境受到严重威胁。海域滩涂被占、自然岸线受损、红树林生境破碎、垃圾堆积、海水污染严重等，使孔雀湾生态环境压力日益增大，亟待治理和修复。

图 10

（1）分析钦州港自贸区建设的优势条件。（6 分）

（2）简析 20 世纪 80 年代后孔雀湾生态环境遭受严重威胁的原因。（4 分）

（3）列举使孔雀湾生态环境朝向良性发展可采取的措施。（6 分）

标准学术能力诊断性测试2025年2月测试

地理　参考答案

一、选择题：本题共16小题，每小题3分，共48分。在每小题给出的四个选项中，只有一项是符合题目要求的。

1	2	3	4	5	6	7	8
B	A	B	C	B	D	B	B
9	10	11	12	13	14	15	16
A	B	B	D	C	A	A	C

二、非选择题：本题共3小题，共52分。

17．（14分）

（1）来源：冰川搬运、堆积于该地的冰碛物；

理由：（颗粒物）大小混杂，分选性差，符合冰川沉积物特点。

（来源和理由各2分，共4分）

（2）喀纳斯河自西北向东南流；右岸山坡为阴坡，蒸发较弱；水分条件较好，满足森林植被的生长需求，利于植被生长。（每点2分，答3点得6分）

（3）分布范围扩大；分布上限升高。（每点2分，答2点得4分）

18．（22分）

（1）东部铁矿、铜矿等矿产资源丰富，货物运输需求量大；铁路直通港口，陆海联运；依托大城市且陆路交通较发达，经济腹地较为广阔；地理位置优越，处于国际重要航线位置；港口沿岸风浪小，海域面积大，地形相对平坦，自然条件优越。

（每点2分，答4点得8分）

（2）区域纬度较低，温度高，蒸发量大；受副热带高压带，下沉气流或者位于东南信风背风坡影响，降水少；秘鲁寒流流经，降温减湿；人类的不合理开发和经济活动。

（每点2分，答4点得8分）

（3）矿石加工业；沙漠观光业；海产品加工业；港口物流业。（每点2分，答3点得6分）

19．（16分）

（1）地处北部湾沿岸，靠近东南亚，地理位置优越；海陆交通便捷；政府相关政策支持；经济基础较好，基础设施较完善。（每点2分，任答3点得6分）

（2）经济发展速度较快，经济活动强度增加；城镇化进程加快，城镇用地规模大幅扩张，原本的土地利用方式发生了改变；工业化迅速推进，资源的需求增大，废弃物排放量剧增，对环境和资源压力增大。（每点2分，任答2点得4分）

（3）修复沿海红树林；合理规划土地利用方式，减少占用滩涂等湿地；调整工业布局，废弃物处理达标后再排放；合理养殖、采砂等；完善相应环境保护法律法规建设，加强检测；加强环境保护宣传，增强全民环境保护意识。（每点2分，任答3点得6分）